Aula Prática 3

Objetivos

Modelo Relacional
Conversão do DER num Esquema do Modelo Relacional

Nota: Devem seguir o template de resposta facultado e só se aceitam submissões de diagramas legíveis, em formato PDF ou em imagem (PNG, BMP, JPG e SVG).

Problema 3.1

Considere o seguinte Diagrama Entidade-Relacionamento de um Sistema de Gestão de um Rent-a-Car:

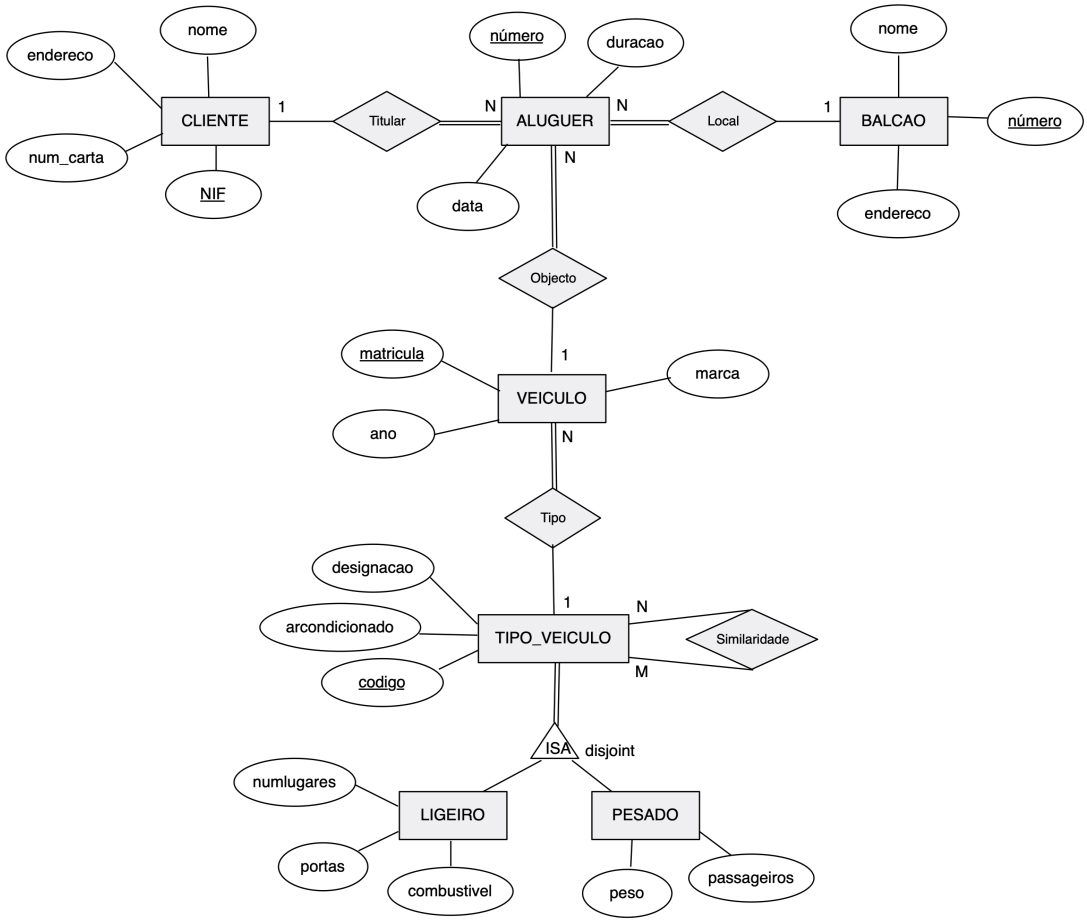

Usando as regras de transformação de DER para o modelo lógico relacional, deduza o esquema da BD:

a) Identifique todas as relações (tabelas) e defina o seu esquema de relação r(R);
b) Identifique todas as chaves candidatas, primárias e estrangeiras;
c) Apresente um diagrama visual (ver exemplo) com o esquema da BD, incluindo os relacionamentos entre tabelas.

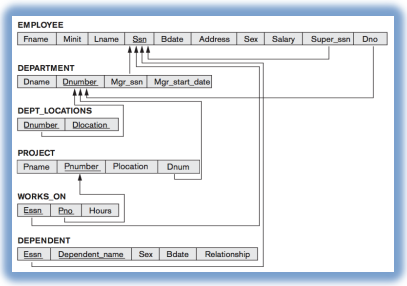

Exemplo esquema da BD

Problema 3.2

Considere o seguinte Diagrama Entidade-Relação de um Sistema de Gestão de Reservas de Voos:

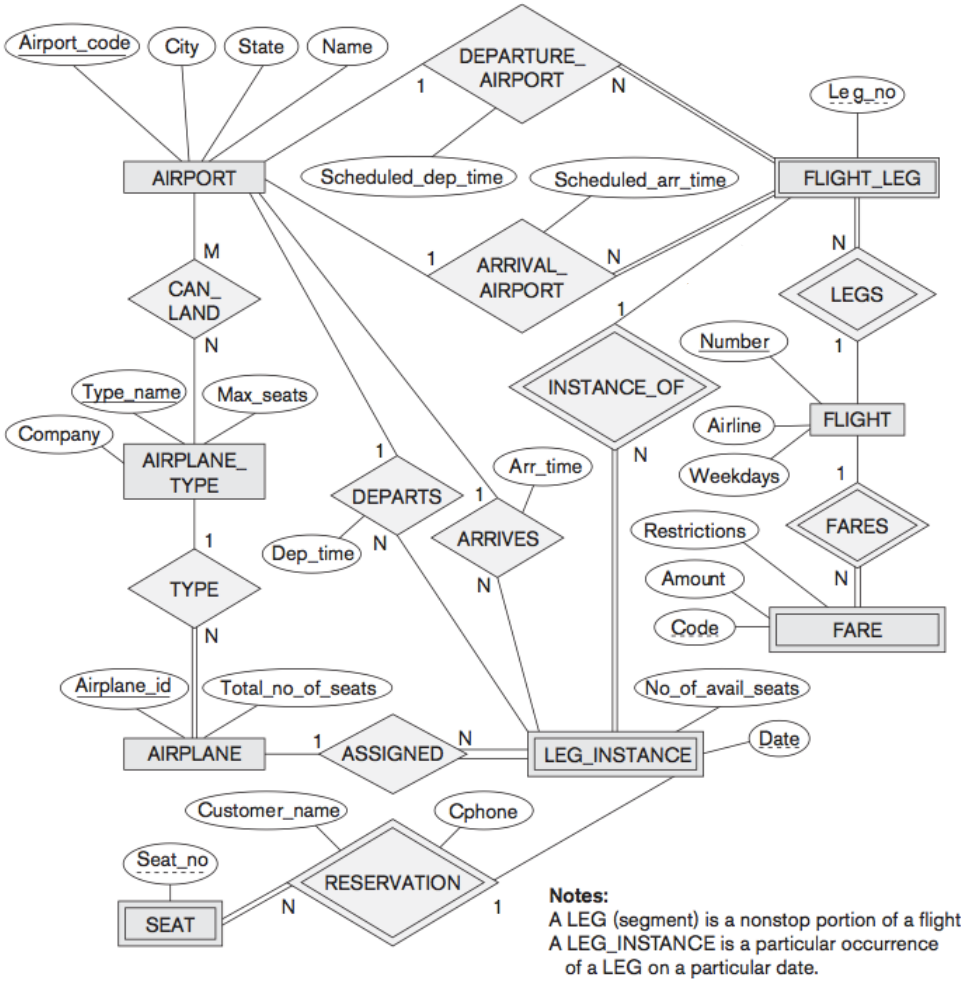

Usando as regras de transformação de DER para o modelo lógico relacional, deduza o esquema da BD:

a) Identifique todas as relações (tabelas) e defina o seu esquema de relação r(R);
b) Identifique todas as chaves candidatas, primárias e estrangeiras;
c) Apresente um diagrama visual do esquema da BD, incluindo os relacionamentos entre as tabelas.

Problema 3.3

Para cada um dos exercícios da aula 2 (2.1, 2.2, 2.3 e 2.4) faça a transformação dos respetivos DER num esquema relacional. Apresente um diagrama visual com o esquema de cada BD, incluindo os relacionamentos entre as tabelas.